软件工程重点复习清单

> 基于2025年4月和10月真题整理
> 阅读说明：每个知识点后按“练习卡片”展示；选择题附选项和正确选项，填空题直接标出空答案，简答题/名词解释附标准答案，应用题直接引用原题素材。

必背内容（出现概率>80%）

1. 瀑布模型的5个阶段及其任务

阶段	任务
需求定义	弄清用户需求，输出《用户规格说明书》
系统和软件设计	建立总体结构，画出软件体系结构图
实现与单元测试	用编程语言实现软件，并对其进行测试
集成与系统测试	将软件所有模块集中到一起进行测试，输出测试报告、测试用例、测试结果
运行与维护	软件投入使用，根据用户要求进行维护

瀑布模型缺点：

- 项目执行难遵循顺序化流程，灵活性差
- 客户难以清晰、完整描述全部需求
- 客户需长期等待，仅在项目尾声才能获得可执行程序
- 重大错误在评审可运行程序前难以及时发现

对应练习题

> 建议：先自己作答，再看答案。

练习1 • 简答题

- **题目：瀑布模型缺点是什么？**
- **答案**：
  - 项目执行难遵循顺序化流程，灵活性差。
  - 客户难以清晰、完整描述全部需求。
  - 客户需长期等待，仅在项目尾声才能获得可执行程序。
  - 重大错误在评审可运行程序前难以及时发现。

练习2 • 简答题

- **题目：瀑布模型将软件过程划分为哪 5 个阶段？各阶段任务是什么？**
- **答案**：
  - 需求定义：弄清用户需求，输出《用户规格说明书》。
  - 系统和软件设计：建立总体结构，画出软件体系结构图。
  - 实现与单元测试：用编程语言实现软件，并对其进行测试。
  - 集成与系统测试：所有模块一起测试，输出测试报告、测试用例、测试结果。
  - 运行与维护：软件投入使用，根据用户要求进行维护。

练习3 • 选择题

- **题目：以下哪项是瀑布模型的缺点？**
- 选项：
  - A. 客户难以在早期看到可运行的程序
  - B. 软件过程具有可控性和系统性
  - C. 将软件过程划分为不同的阶段
  - D. 需求变更容易实现
- 正确选项：A

练习4 • 简答题

- **题目：简述瀑布模型每个阶段的任务。**
- **答案**：
  - 需求定义：弄清用户对软件的全部需求。
  - 系统和软件设计：建立软件总体结构，画出软件体系结构图。
  - 实现与单元测试：用编程语言实现软件，并对其进行测试。
  - 集成与系统测试：将软件所有模块集中到一起进行测试。
  - 运行与维护：软件投入使用，根据用户需求进一步优化软件。

练习5 • 名词解释

- **题目：解释“瀑布模型”。**
- **答案**：瀑布模型是一种线性软件开发模型，将软件开发过程划分为需求定义、系统和软件设计、实现与单元测试、集成与系统测试、运行与维护 5 个阶段。

---

2. 耦合性的7种类型

耦合性：模块关联度，三因素决定。

耦合类型	概念	耦合度
非直接耦合	模块之间互不直接打交道，都听主模块的指挥，耦合程度最低	最低 ✅
数据耦合	模块之间只传简单的数据值，比如传一个数字或字符串	低 ✅
标记耦合	模块之间传递的是数据结构的一部分，比如只传用户对象中的姓名和年龄	中
控制耦合	一个模块指挥另一个模块怎么做，比如传一个flag让对方判断执行哪段代码	中
外部耦合	多个模块都去读同一个全局变量，比如都去读系统当前时间	较高
公共耦合	多个模块共用一块公共数据区，像大家一起写同一块黑板，一个人改了别人都能看到	高 ❌
内容耦合	一个模块直接闯进另一个模块内部搞事情，比如直接修改对方的私有变量，最糟糕的耦合	最高 ❌

记忆口诀：非数标控外公内（藕树标控外公内）

对应练习题

> 建议：先自己作答，再看答案。

练习1 • 名词解释

- **题目：什么是耦合性？**
- **答案**：程序模块间相互关联程度的度量，取决于模块接口复杂度、调用方式、接口传递信息。

练习2 • 名词解释

- **题目：分别解释非直接耦合、数据耦合、标记耦合、控制耦合、外部耦合、公共耦合、内容耦合。**
- **答案**：
  - 非直接耦合：两个模块之间没有直接关系，它们之间的联系完全通过主模块的控制和调用来实现。
  - 数据耦合：一个模块访问另一个模块时，彼此之间通过简单的数据参数来交换信息。
  - 标记耦合：一组模块通过参数表传递记录信息，共享某一数据结构的子结构。
  - 控制耦合：一个模块通过开关、标志、名字等控制信息，明显地控制另一个模块的内部逻辑。
  - 外部耦合：一组模块都访问同一全局简单变量，而不是同一全局数据结构，且不是通过参数表传递。
  - 公共耦合：一组模块都访问同一个公共数据环境，如全局数据结构、共享通信区、内存公共覆盖区。
  - 内容耦合：一个模块直接访问另一个模块的内部数据，或不通过正常入口进入另一个模块内部，耦合程度最高。

练习3 • 简答题

- **题目：什么是模块的独立性?**
- **答案**：软件系统中每个模块仅实现特定子功能，且与其他模块的接口简单。

练习4 • 选择题

- **题目：在结构化设计中，其模块的耦合性越低，模块的独立性怎样变化?**
- 选项：
  - A. 越低
  - B. 越高
  - C. 不变
  - D. 无法确定
- 正确选项：B

练习5 • 简答题

- **题目：简述模块的耦合性并列举三种耦合类型。**
- **答案**：
  - 定义：衡量模块间依赖程度的标准，接口复杂，调用方式紧密，传递数据多，耦合性就强。
  - 耦合类型：非直接耦合、数据耦合、标记耦合、控制耦合、外部耦合、公共耦合。

练习6 • 填空题

- **题目：如果一个模块访问另一个模块时，彼此之间是通过数据参数来交换输入输出信息的，则称这种耦合为 耦合。**
- 空答案：数据

---

3. 内聚性的8种类型

内聚性：模块内部各元素抱团的紧密程度，高内聚就是大家一心一意做同一件事。

内聚类型	概念	内聚度
巧合内聚	模块内部各元素毫无关联，像把几段不相关的代码硬凑在一起	最低 ❌
逻辑内聚	一个模块做几件事，靠参数决定做哪件，比如一个模块既处理加法又处理减法	低
时间内聚	多个功能因为时间关系聚在一起，比如系统启动时要同时初始化多个配置	中
过程内聚	模块内的操作必须按固定顺序执行，像A做完才能做B，B做完才能做C	中
通信内聚	模块内的功能操作同一个数据源，比如都读取同一张用户表	较高
顺序内聚	像流水线一样，上一步的输出是下一步的输入	较高
信息内聚	多个功能共用一套数据结构，但各自有独立的入口，比如对数据库的增删改查	高
功能内聚	模块只做一件事，且把这件事做到极致，比如专门计算圆面积的模块	最高 ✅

记忆口诀：巧逻时过通，顺信功（巧罗是过错，顺信功）

对应练习题

> 建议：先自己作答，再看答案。

练习1 • 名词解释

- **题目：什么是内聚性？**
- **答案**：衡量模块内部各元素为实现单一功能而相互关联的紧密程度。

练习2 • 名词解释

- **题目：分别解释巧合内聚、逻辑内聚、时间内聚、过程内聚、通信内聚、顺序内聚、信息内聚、功能内聚。**
- **答案**：
  - 巧合内聚：模块内各部分没有联系或联系很松散，内聚程度最低。
  - 逻辑内聚：把几种功能相似或相关的操作组合在一个模块里，通过传入参数来控制执行哪种功能。
  - 时间内聚：模块内的多个功能必须在同一时间段内执行，通常用于初始化或定时任务。
  - 过程内聚：模块内的处理元素相关，且必须以特定次序执行。
  - 通信内聚：模块内各功能部分都使用相同的输入数据，或产生相同的输出数据。
  - 顺序内聚：模块内各处理元素密切相关，前一个功能的输出作为下一个功能的输入。
  - 信息内聚：一个模块完成多个功能，每个功能都操作同一个数据结构，每个功能有唯一的入口点。
  - 功能内聚：模块中每个部分都是完成某一具体功能必不可少的组成部分，内聚程度最高。

练习3 • 填空题

- **题目：如果一个模块内的处理过程是相关的，而且必须以特定次序执行，则称这个模块为 内聚模块。**
- 空答案：过程

练习4 • 名词解释

- **题目：解释“巧合内聚”。**
- **答案**：也称偶然内聚，模块内各部分没有联系或联系很松散，内聚程度最低。

---

4. 软件测试的4个步骤

步骤	别名	说明
单元测试	模块测试	对单个程序模块进行测试
组装测试	集成测试	将模块组装在一起进行测试
确认测试	验收测试	验证软件是否符合用户需求
系统测试	-	将软件与硬件、外设等结合，在实际运行环境下测试

辅助模块：

- **驱动模块**：代替被测模块的调用模块
- **桩模块**：代替被测模块所调用的模块

对应练习题

> 建议：先自己作答，再看答案。

练习1 • 简答题

- **题目：软件测试的步骤有哪些？**
- **答案**：单元测试、组装测试、确认测试、系统测试。

练习2 • 简答题

- **题目：软件测试有哪些种类？**
- **答案**：设计评审、代码会审、功能测试、结构测试、回归测试、可靠性测试、强度测试、性能测试、恢复测试、启动/停止测试、配置测试、安全性测试、可使用性测试、可支持性测试、安装测试、互连测试、兼容性测试、容量测试、文档测试。

练习3 • 选择题

- **题目：以下哪种测试是在软件开发的最早阶段进行的？**
- 选项：
  - A. 系统测试
  - B. 单元测试
  - C. 组装测试
  - D. 确认测试
- 正确选项：B

练习4 • 填空题

- **题目：把单元测试过的所有模块组装在一起进行测试的方式称作 组装测试。**
- 空答案：一次性

练习5 • 简答题

- **题目：简述软件测试基本步骤。**
- **答案**：单元测试、组装测试、确认测试、系统测试。

---

5. 软件维护的4种类型

维护类型	概念	触发原因
改正性维护	识别并纠正错误、优化性能	发现测试阶段未察觉的错误
适应性维护	适配外部环境变化	软件运行环境发生变化
完善性维护	满足用户新功能/性能需求	用户提出新的功能需求
预防性维护	提升软件可维护性、可靠性	预防未来可能出现的问题

记忆口诀：纠适配完预（就适配完预）

对应练习题

> 建议：先自己作答，再看答案。

练习1 • 简答题

- **题目：软件维护分为哪几类？**
- **答案**：改正性维护、适应性维护、完善性维护、预防性维护。

练习2 • 简答题

- **题目：引起软件维护的原因有哪些？**
- **答案**：
  - 发现测试阶段未检出的隐藏错误。
  - 软件运行环境发生变化。
  - 用户提出新的功能需求。

练习3 • 简答题

- **题目：什么是软件维护？软件维护有哪几种类型？**
- **答案**：
  - 定义：软件交付使用后，为改正错误或满足新的需求而修改软件的过程。
  - 四种类型：改正性维护、适应性维护、完善性维护、预防性维护。

练习4 • 选择题

- **题目：修改或再开发软件，以扩充软件功能、增强软件性能、提高软件的可维护性，这种情况下进行的维护活动是什么？**
- 选项：
  - 1. 改正性维护
  - 2. 适应性维护
  - 3. 完善性维护
  - 4. 预防性维护
- 正确选项：3

---

6. 封装、继承、多态的概念

封装

- **定义**：将对象的属性与服务结合成一个独立的系统单元，是一种信息隐藏技术
- **作用**：将对象的外部特征与内部实现细节分开，外部可访问特征，内部细节被隐藏

继承

- **定义**：子类从父类派生，自动拥有父类全部数据和服务的面向对象特性
- **关系**：子类（派生类）继承父类（基类）的属性和方法

多态性

- **定义**：子类对象可以像父类对象那样使用同样的消息，但不同层次中的类按自己的需求来实现方法
- **C++实现**：通过虚函数实现

对应练习题

> 建议：先自己作答，再看答案。

练习1 • 简答题

- **题目：简述封装及其在面向对象方法中的作用。**
- **答案**：封装是面向对象方法的一个重要原则，它将对象的属性和服务结合成一个独立的系统单元，是一种信息隐藏技术。它的作用是将对象的外部特征与内部实现细节分开，使对象的外部特征对其他对象可访问，而内部细节对其他对象隐蔽。

练习2 • 名词解释

- **题目：什么是继承？**
- **答案**：子类从父类派生，自动拥有父类全部属性和服务的面向对象特性。

练习3 • 名词解释

- **题目：解释“封装”。**
- **答案**：封装是将对象的属性与服务绑定为独立单元的信息隐藏技术，外部可访问其特征，内部细节则完全隐蔽。

练习4 • 填空题

- **题目：在 C++ 语言中，多态性是通过 来实现的。**
- 空答案：虚函数

练习5 • 简答题

- **题目：简述封装及其在面向对象方法中的作用。**
- **答案**：封装是面向对象核心原则，将对象的属性与服务整合为独立系统单元的信息隐藏技术。作用是分离对象外部特征与内部实现细节，外部特征可被访问，内部细节被隐藏。

练习6 • 填空题

- **题目：多态性是指子类对象可以像 对象那样使用同样的消息，但不同层次中的类按自己的需求来实现方法。**
- 空答案：父类

---

7. 程序流程图和N-S图的绘制

程序流程图符号

符号	含义
椭圆	开始/结束
矩形	处理/操作
菱形	判断/条件

符号	含义
箭头	流程方向
平行四边形	输入/输出

N-S图特点

- 取消了流程线，完全用矩形框表示
- 清晰表达嵌套结构
- 三种基本结构：顺序、选择、循环

对应练习题

> 建议：先自己作答，再看答案。

练习1 • 应用题

- **题目：画出下列伪代码程序的程序流程图和盒图。**
- 原题素材：

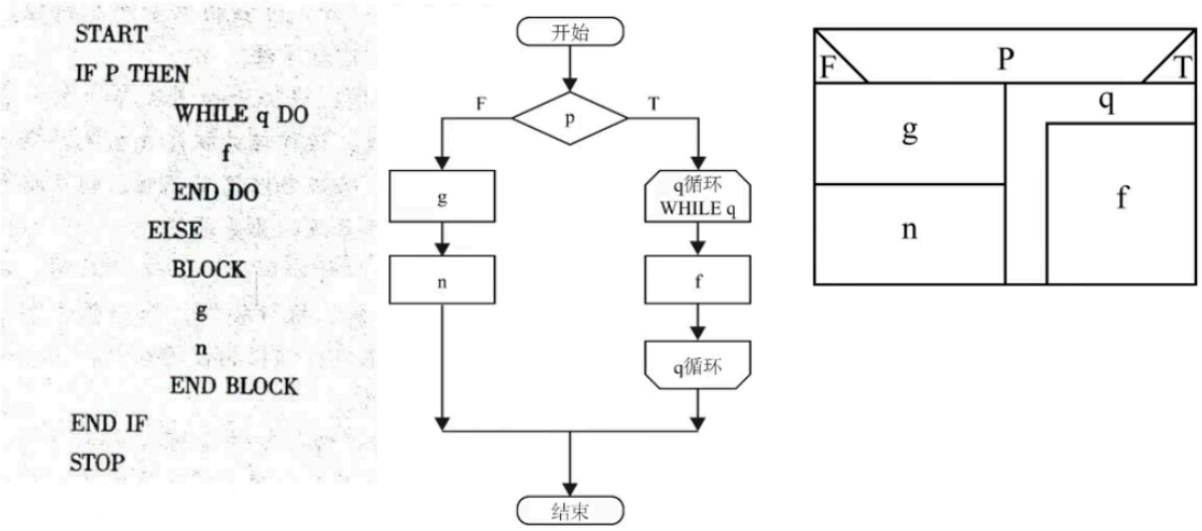

- **答案**：按上图原题伪代码自行绘制程序流程图和盒图。

练习2 • 填空题

- **题目：在程序流程图中，用于表示预定义处理的图表是 。**
- 空答案：第 4 个选项（双竖线矩形）

练习3 • 选择题

- **题目：下列图表中，可用于详细设计的是哪个？**
- 选项：
  - A. SC
  - B. N-S 图
  - C. 数据流图
  - D. 判定树
- 正确选项：B

练习4 • 应用题

- **题目：画出下列伪代码程序的程序流程图和盒图。**

- 原题素材：

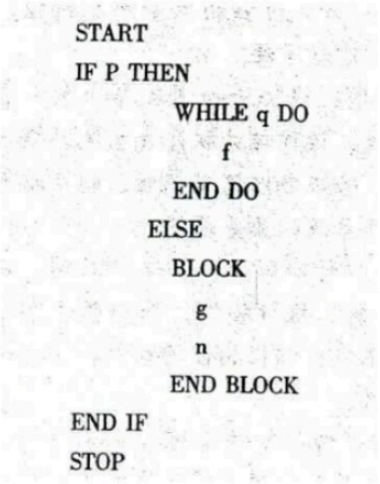

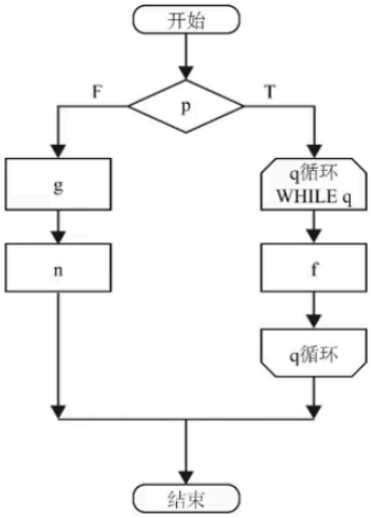

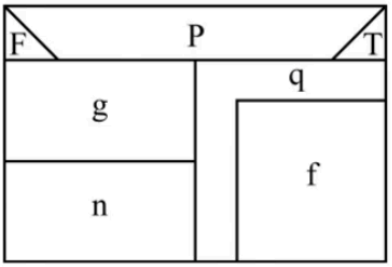

- **答案**：按上图原题伪代码自行绘制程序流程图和盒图。

练习5 • 应用题

- **题目：请画出下列伪代码对应的程序流程图和 N-S 图。**
- 原题素材：

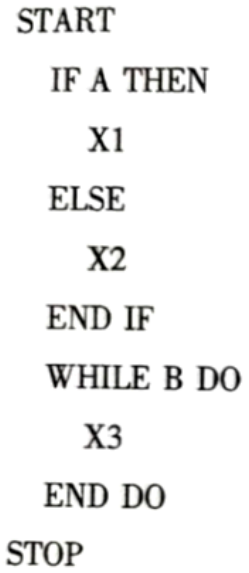

解：(1) 程序流程图

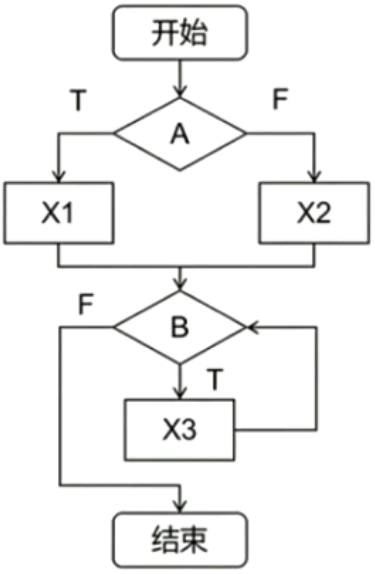

(2) N-S图

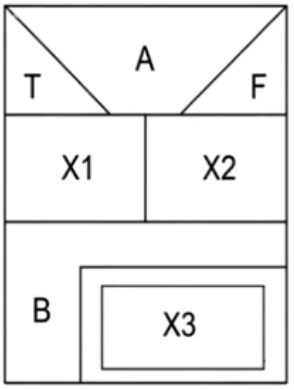

- **答案**：按上图原题伪代码自行绘制程序流程图和 N-S 图。

高频考点（出现概率60-80%）

1. UML图的类型及作用

UML图	作用	核心元素
类图	描述系统的静态结构	类名、属性、操作、关联、泛化、聚合、组合
用例图	描述系统功能	用例（椭圆）、角色（小人）、关联、包含、扩展
时序图	描述对象间的交互（时间顺序）	对象、生命线（虚线）、消息、活动棒
状态图	描述对象的状态变化	状态（圆角矩形）、迁移（箭头）、事件触发器
部署图	显示网络的物理布局和组件位置	节点、构件

UML图	作用	核心元素
组件图	显示模型的物理视图	组件、接口、依赖关系

类图三部分：类名、属性、操作

类间关系：

- **关联**：结构性关系
- **泛化**：一般与特殊（父子）关系
- **聚合**：整体与部分，部分可独立存在（空心菱形）
- **组合**：整体与部分，部分不能独立存在（实心菱形）
- **依赖**：使用关系（弱相关）

对应练习题

> 建议：先自己作答，再看答案。

练习1 • 简答题

- **题目：面向对象分析常用的 5 种 UML 图是什么？**
- **答案**：活动图、用例图、时序图、类图、状态图。

练习2 • 简答题

- **题目：UML 的定义和用途分别是什么？**
- **答案**：
  - 定义：通用的可视化建模语言。
  - 用途：用于描述、可视化处理、构造和建立软件系统文档，覆盖系统需求分析、设计、浏览、配置、维护、信息控制全流程。

练习3 • 简答题

- **题目：类之间的关联关系、泛化关系、整体-部分关系、依赖关系、多重性分别是什么？**
- **答案**：
  - 关联关系：两个类对象间的结构性关系。
  - 泛化关系：类之间的一般与特殊关系。
  - 整体-部分关系：关联的特例，分为聚合和组合；聚合中部分可独立存在，组合中部分与整体共存亡。
  - 依赖关系：类之间的使用关系，无结构关联，属于弱相关。
  - 多重性：用于关联或整体-部分关系，表示对象间数量的最少与最多限制。

练习4 • 选择题

- **题目：类图中每个类用方框表示，分成三部分，分别是什么？**
- 选项：
  - A. 类名、属性和操作
  - B. 类名、对象和操作
  - C. 类名、属性和对象
  - D. 对象、属性和操作
- 正确选项：B

练习5 • 选择题

- **题目：下列哪项不属于时序图的元素？**
- 选项：
  - A. 对象
  - B. 生命线
  - C. 对象的属性
  - D. 消息
- 正确选项：C

练习6 • 填空题

- **题目：UML 中的 图是显示网络的物理布局和各种组件的位置。**
- 空答案：部署

练习7 • 简答题

- **题目：简述 UML 的主要作用。**
- **答案**：UML 是通用的可视化建模语言，用来描述、可视化处理、构造和建立软件系统文档；覆盖系统需求分析、设计、浏览、配置、维护信息控制全流程。

练习8 • 应用题

- **题目：客户的网上购物用例图如题 33 图，请根据用例图完成下列任务：1. 图中有几个用例；2. 请给出网上购物系统的需求描述；3. 包含关系发生在哪些用例之间。**
- 原题素材：

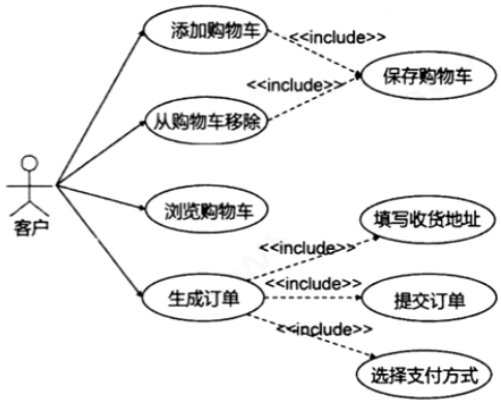

题 33 图

- **答案**：
  - 图中有 8 个用例。
  - 需求描述：允许用户添加商品到购物车；允许客户从购物车中移除商品；当添加或移除商品时要保存购物车；允许客户浏览购物车；允许客户生成订单；生成订单需要填写收货地址、提交订单、选择支付方式。
  - 包含关系：添加购物车与保存购物车；从购物车中移除与保存购物车；生成订单与填写收货地址；生成订单与提交订单；生成订单与选择支付方式。

练习9 • 应用题

- **题目：ATM 系统的需求说明如下：客户可以取钱、存钱、付款、查阅余额和改变 PIN；银行职员也可以改变 PIN；客户付款到信用系统。请根据 ATM 系统的用例图完成下列任务：1. 给出该 ATM 系统的角色和用例；2. 信用系统是否为角色并说明原因。**

- 原题素材：

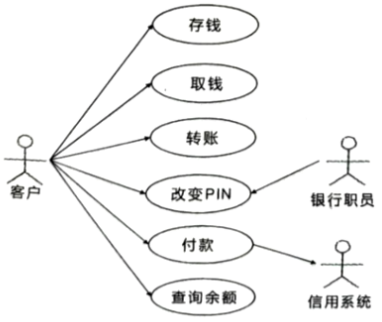

题 33 图

- **答案**：
  - 角色：客户、银行职员、信用系统。
  - 用例：取钱、存钱、转账、改变 PIN、付款、查询余额。
  - 信用系统是角色，因为它是外部系统。

---

2. 数据流图的符号含义

符号	含义	图形
○	加工/处理	圆
→	数据流向	箭头
□	数据的源点与终点	方框
= 或 —	数据文件/数据存储	双横线或单横线

画分层数据流图的原则：

1. 父图子图输入输出平衡
2. 区分局部文件与外部项
3. 控制分解速度
4. 遵守加工编号规则

对应练习题

> 建议：先自己作答，再看答案。

练习1 • 简答题

- **题目：画分层数据流图有哪些原则？**
- **答案**：
  - 父图子图输入输出平衡。
  - 区分局部文件与外部项。
  - 控制分解速度。
  - 遵守加工编号规则。

练习2 • 简答题

- **题目：数据流图由哪些符号组成？**
- **答案**：
  - ○：加工
  - →：数据流向
  - □：数据的源点与终点
  - = / —：数据文件（数据存储）

练习3 • 简答题

- **题目：数据字典的作用是什么？**
- **答案**：为数据流图中每个数据定义条目，保障数据在系统内的一致性。

练习4 • 填空题

- **题目：数据流图中，圆圈 O 代表加工，箭头 → 代表 。**
- 空答案：数据流向

练习5 • 应用题

- **题目：请用数据流图描绘银行计算机储蓄系统的功能。**
- 原题素材：
  - 题干：储户填写的存款单或取款单由业务员输入系统；若为存款，系统记录存款人姓名、住址、身份证号码、存款类型、存款日期、到期日期、利率及密码等信息，并打印存款存单；若为取款且存款时留有密码，则系统先核对储户密码，若密码正确或未留密码，则系统计算利息并打印利息清单。
  - 原题配图：

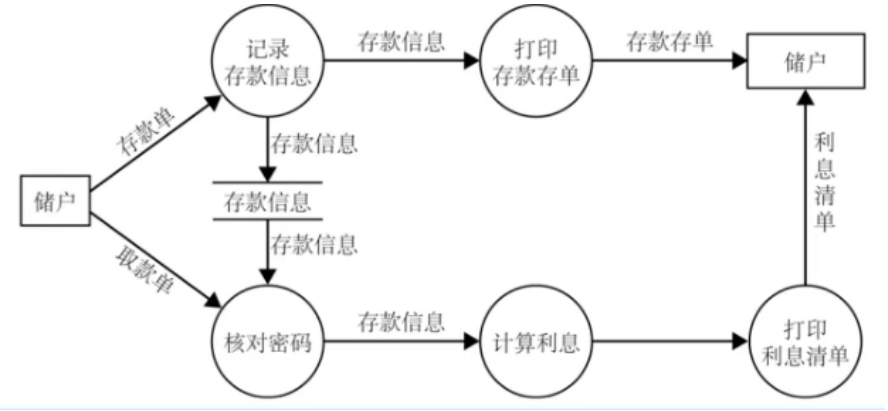

- **答案**：
  - 外部实体至少包括储户、业务员。
  - 主要加工包括记录存款信息、核对储户密码、计算利息、打印存款存单/利息清单。
  - 需要画出存款信息文件这一数据存储。
  - 关键数据流包括存款单、取款单、存款信息、密码核对结果、利息清单、存款存单。

练习6 • 名词解释

- **题目：解释“数据流图”。**
- **答案**：表达目标系统逻辑模型的工具，包含加工、数据流向、数据的源点与终点、数据文件或其他数据存储。

练习7 • 选择题

- **题目：在结构化分析中，分层数据流图的主要优点是什么？**
- 选项：
  - 1. 可以一次性展示系统的全部细节
  - 2. 能够清晰地表示程序的全部控制结构
  - 3. 便于实现和便于使用，能够有效控制问题的复杂性
  - 4. 可以直接用于代码设计
- 正确选项：3

---

3. 单元测试的驱动模块和桩模块

模块类型	作用	说明
驱动模块	代替被测模块的调用模块	接收测试数据并传给被测模块，输出测试结果
桩模块	代替被测模块所调用的模块	仅做少量数据操作，无需实现被调用模块的全部功能

单元测试5方面：

1. 模块接口
2. 局部数据结构
3. 路径
4. 错误处理
5. 边界

对应练习题

> 建议：先自己作答，再看答案。

练习1 • 简答题

- **题目：简述组装测试的相关概念，并说明驱动模块和桩模块的作用。**
- **答案**：
  - 组装测试方式有一次性组装测试、增殖式组装测试；增殖式又包括自顶向下、自底向上、混合组装测试。
  - 驱动模块：作为被测模块的调用者，接收测试数据并传给被测模块，最终输出测试结果。
  - 桩模块：代替被测模块调用的模块，仅做少量数据操作，无需实现被调用模块的全部功能。

练习2 • 简答题

- **题目：单元测试包括哪 5 个方面的内容?**
- **答案**：模块接口、局部数据结构、路径、错误处理、边界。

练习3 • 简答题

- **题目：简述单元测试的主要内容。**
- **答案**：
  - 对程序中单个模块进行测试，又称模块测试。
  - 模块分为驱动模块和桩模块。
  - 需要分别从模块接口、局部数据结构、路径、错误处理、边界 5 部分进行检查。

练习4 • 填空题

- **题目：单元测试中，驱动模块的作用是接收 并将其传送给被测模块。**
- 空答案：测试数据

---

4. 三层架构的组成

层次	名称	功能
第一层	**界面层/表示层**	负责用户界面展示（如JSP）
第二层	**业务逻辑层**	负责业务处理（如Servlet、JavaBean）
第三层	**数据访问层**	负责数据存储和访问（如DAO）

MVC模式：

- **M（Model）模型**：承载应用内容与处理逻辑
- **V（View）视图**：负责界面功能实现
- **C（Controller）控制器**：协调模型与视图的访问

对应练习题

> 建议：先自己作答，再看答案。

练习1 • 名词解释

- **题目：解释“模型-视图-控制器（MVC）体系结构”。**
- **答案**：MVC 是主流 WebApp 体系结构，实现用户界面与功能、信息内容的分离。其中模型承载应用的详细内容与处理逻辑，视图负责界面功能实现，控制器负责协调模型与视图的访问。

练习2 • 填空题

- **题目：通常意义上的三层架构就是将整个业务应用划分为界面层、业务逻辑层和 。**
- 空答案：数据访问层

练习3 • 选择题

- **题目：最典型的 MVC 模式应用是 JSP+Servlet+JavaBean+DAO 模式，其中为表现层的是哪个？**
- 选项：
  - 1. JSP
  - 2. Servlet
  - 3. JavaBean
  - 4. DAO
- 正确选项：1

---

5. 移动应用开发的5个阶段

阶段	主要工作
需求分析	明确产品目标、功能与原型范围
设计	架构、导航、界面、内容设计
开发	编码实现功能与非功能需求
稳定	可行性、alpha、beta原型到候选发布版
部署	应用商店审查上架

移动App特点：

1. 强调用户体验
2. 需求及环境的复杂性
3. 技术难度更高

移动App测试准则：

- 性能测试、GUI测试、兼容性测试必须使用真实设备

对应练习题

> 建议：先自己作答，再看答案。

练习1 • 简答题

- **题目：移动应用开发的开发过程包含哪 5 个迭代阶段？**
- **答案**：
  - 需求分析
  - 设计
  - 开发
  - 稳定
  - 部署

练习2 • 简答题

- **题目：移动应用具有哪些特点？**
- **答案**：
  - 强调用户体验。
  - 需求及环境的复杂性。
  - 技术难度更高。

练习3 • 简答题

- **题目：移动 App 测试应遵循的准则有哪些？**
- **答案**：
  - 定位性能瓶颈前，先明确网络与设备环境。
  - 在不受控的真实条件下开展测试。
  - 选用适配的自动化测试工具。
  - 借助加载设备平台矩阵法，确定核心硬件平台测试组合。
  - 对所有可能平台，至少做一次端到端功能流校验。
  - 性能、GUI、兼容性测试必须使用真实设备。
  - 性能指标测量仅限无线通信和真实用户负载条件。

练习4 • 填空题

- **题目：移动应用开发的 5 个迭代阶段包括需求分析阶段、 阶段、开发阶段、稳定阶段和部署阶段。**
- 空答案：设计

练习5 • 选择题

- **题目：移动应用测试中，性能测试的主要目的是什么？**
- 选项：
  - 1. 发现应用的安全漏洞
  - 2. 测试在集成系统环境中软件运行时的性能
  - 3. 确保应用的用户界面美观
  - 4. 确保应用的导航功能正常
- 正确选项：2

练习6 • 填空题

- **题目：移动应用开发中，用户体验测试包括 测试、虚拟键盘输入、语音输入和识别以及警报和异常条件。**
- 空答案：手势

6. 白盒测试 vs 黑盒测试

对比项	白盒测试	黑盒测试
别称	结构测试/逻辑驱动测试	功能测试/数据驱动测试
关注点	程序内部逻辑结构	程序外部功能
是否需要看代码	是	否
设计依据	代码逻辑	需求规格说明
测试内容	语句、路径、条件	功能、输入输出
优点	可早期发现问题，帮助优化代码	从用户角度出发，易于理解

白盒测试逻辑覆盖类型（由弱到强）：

1. 语句覆盖
2. 判定覆盖
3. 条件覆盖
4. 判定-条件覆盖
5. 条件组合覆盖
6. 路径覆盖

黑盒测试方法：等价类划分、边界值分析

对应练习题

> 建议：先自己作答，再看答案。

练习1 • 简答题

- **题目：白盒测试原理是什么？**
- **答案**：基于程序内部逻辑结构，在代码级设计测试用例，检查语句、路径、条件等，验证是否符合需求与规范。

练习2 • 简答题

- **题目：白盒测试的优点是什么？**
- **答案**：可以在开发早期发现许多问题；基于程序内部逻辑结构设计测试用例，有助于检查语句、路径、条件等是否符合需求与规范；还能帮助开发人员优化代码，提高软件性能和可维护性。

练习3 • 简答题

- **题目：黑盒测试原理是什么？**
- **答案**：将程序视为黑盒，不关注内部结构，基于外部功能设计测试用例，验证功能是否正确。

练习4 • 名词解释

- **题目：解释“白盒测试”。**
- **答案**：聚焦代码级，需要了解程序内部构造，根据逻辑设计测试用例，检查语句、路径、条件，验证代码是否符合需求规范。

练习5 • 选择题

- **题目：在软件测试中，以下哪种测试方法不需要执行被测程序？**
- 选项：
  - A. 黑盒测试
  - B. 白盒测试
  - C. 动态测试

- D. 静态测试
- 正确选项：D

练习6 • 名词解释

- **题目：解释“黑盒测试”。**
- **答案**：将程序视为黑盒，不关注内部结构，基于外部功能设计测试用例，验证功能是否正确，又称功能测试。

练习7 • 简答题

- **题目：简述白盒测试的优点。**
- **答案**：可以在开发早期发现许多问题，基于程序内部逻辑结构，在代码级设计测试用例，检查语句、路径、条件等，验证是否符合需求与规范；可以帮助开发人员优化代码，提高软件性能和可维护性。

一般考点（出现概率40-60%）

1. 软件危机的6个问题

1. 软件开发**无计划性**
2. 软件**需求不充分**
3. 开发过程**无规范**
4. 成本与进度**难控制**
5. 产品质量**无评测标准与方法**
6. 交付后的软件**难以维护**

软件工程定义：从管理和技术两方面研究如何更好地开发和维护计算机软件的一门学科，按工程化原则和方法组织软件开发。

对应练习题

> 建议：先自己作答，再看答案。

练习1 • 简答题

- **题目：软件危机用于描述软件开发中遇到的哪些问题？**
- **答案**：
  - 软件开发无计划性。
  - 软件需求不充分。
  - 开发过程无规范。
  - 成本与进度难控制。
  - 产品质量无评测标准与方法。
  - 交付后的软件难以维护。

练习2 • 简答题

- **题目：简述软件危机所描述的软件开发遇到的主要问题。**
- **答案**：
  - 软件开发无计划性。
  - 软件需求不充分。
  - 开发过程无规范。
  - 成本与进度难控制。
  - 产品质量无评测标准与方法。
  - 交付后的软件难以维护。

练习3 • 名词解释

- **题目：什么是软件工程？**
- **答案**：从管理与技术方面研究如何更好开发与维护计算机软件的一门学科，其基本思想是按照工程化原则和方法组织软件开发。

练习4 • 填空题

- **题目：软件工程的基本思想是按 的原则和方法组织软件开发。**
- 空答案：工程化

---

2. 软件工程的研究领域

1. 软件开发过程的**步骤规划**
2. 软件需求的**获取与规范描述**
3. 软件设计的**方案制定与表达**
4. 高质量、易维护的**程序实现方法**
5. 保障功能正确、减少隐藏错误的**软件测试策略**
6. 确保项目顺利推进的**软件项目管理方法**

对应练习题

> 建议：先自己作答，再看答案。

练习1 • 简答题

- **题目：软件工程的研究领域包括哪些方面？**
- **答案**：
  - 软件开发过程的步骤规划。
  - 软件需求的获取与规范描述。
  - 软件设计的方案制定与表达。
  - 高质量、易维护的程序实现方法。
  - 保障功能正确、减少隐藏错误的软件测试策略。
  - 确保项目顺利推进的软件项目管理方法。

练习2 • 简答题

- **题目：软件过程包含哪 4 种基本活动？**
- **答案**：软件需求分析、软件设计和实现、软件测试、软件演进。

练习3 • 填空题

- **题目：一般而言，软件过程都需要包含以下 4 种基本活动：软件需求分析、软件设计和实现、 、软件演进。**
- 空答案：软件测试

练习4 • 填空题

- **题目：需求分析的任务是弄清用户对软件系统的确切要求，并用 的形式表达出来。**
- 空答案：需求规格说明书

---

3. 螺旋模型的特点

- 结合了**原型模型的迭代性质**和**瀑布模型的可控性与系统性**
- 全程**考虑风险**
- 第一圈产出**产品规格说明**
- 后续迭代开发原型并逐步完善

统一过程模型5个阶段：

1. 起始阶段
2. 细化阶段
3. 构建阶段
4. 转换阶段
5. 生产阶段

对应练习题

> 建议：先自己作答，再看答案。

练习1 • 简答题

- **题目：螺旋模型进行软件开发的过程是什么？**
- **答案**：
  - 螺旋模型划分为若干框架活动，每个活动对应螺旋的一个片段。
  - 开发从圆心启动，顺时针完成一圈螺旋对应一次演进活动，全程考虑风险，每次演进标记里程碑。
  - 第一圈产出产品规格说明，后续迭代开发原型并逐步完善，形成不同软件版本。
  - 每圈均需经过策划区域，据此调整项目计划、预算、进度以及软件开发的迭代次数。

练习2 • 简答题

- **题目：统一过程模型 5 个阶段分别是什么？**
- **答案**：起始阶段、细化阶段、构建阶段、转换阶段、生产阶段。

练习3 • 填空题

- **题目：螺旋模型应用在计算机软件的整个生命周期，把原型作为降低风险的机制，要求在项目的所有阶段始终考虑 风险。**
- 空答案：技术

---

4. 敏捷开发的特点

- **快速**的软件开发和交付
- 强调客户在开发过程中的**紧密参与和需求反馈**
- 适合**需求萌动、快速改变的中小型软件产品**
- 适合**团队人员少、组织紧密的团队**
- **不适合**安全性、可靠性要求高的大型系统

对应练习题

> 建议：先自己作答，再看答案。

练习1 • 填空题

- **题目：敏捷开发中，软件以 的方式进行开发，客户指定在每个增量中想要包含的需求。**
- 空答案：增量

练习2 • 选择题

- **题目：符合敏捷开发特点的是哪一项？**
- 选项：
  - 1. 仅关注技术实现，不重视客户需求
  - 2. 强调客户在开发过程中的紧密参与和需求反馈
  - 3. 专注于中间产品的完善，而非最终交付
  - 4. 避免需求变更，以确保开发进度的稳定性
- 正确选项：2

---

5. 极限编程的结对编程

- **主要目的**：提高代码质量和实时解决问题
- 使用面向对象方法作为开发范型
- **设计原则**：保持简洁（KIS）原则
- **设计工具**：CRC卡（类-职责-协作者）

对应练习题

> 建议：先自己作答，再看答案。

练习1 • 选择题

- **题目：极限编程中，结对编程的主要目的是什么？**
- 选项：
  - A. 不需要开发人员
  - B. 提高代码质量和实时解决问题
  - C. 免除项目管理以及任务分配
  - D. 不需要测试工作
- 正确选项：B

---

6. 软件质量属性

属性	定义
正确性	软件能精准执行需求规定的功能
可维护性	纠正错误、满足新需求时修改软件的容易程度
完整性/安全性	系统抵御安全攻击的能力
可使用性	用户友好性，软件的易用程度
可靠性	程序在规定时间内按要求正确运行的概率

对应练习题

> 建议：先自己作答，再看答案。

练习1 • 简答题

- **题目：衡量软件可维护性的指标有哪些？**
- **答案**：可理解性、可靠性、可测试性、可修改性、可移植性、效率、可使用性。

练习2 • 简答题

- **题目：软件可使用性如何度量？**
- **答案**：
  - 学习所需的体力和智力技能。
  - 达到适度有效使用的时间。
  - 有效使用时的生产率净增值。
  - 用户主观评价。

练习3 • 简答题

- **题目：软件完整性如何度量？**
- **答案**：
  - 定义两个子属性：危险性、安全性。
  - 危险性：特定攻击在给定时间内发生的概率。
  - 安全性：排除特定攻击的概率。

练习4 • 简答题

- **题目：软件可维护性如何度量？**
- **答案**：
  - 可维护性采用间接度量方式。
  - 核心指标是平均修改时间（MTTC）。
  - MTTC 涵盖分析变更需求、设计修改方案、实现并测试变更、推送变更至所有用户四个阶段。

练习5 • 名词解释

- **题目：什么是可靠性？**
- **答案**：程序在规定时间内，按用户要求和设计目标正确运行的概率。

附录：快速记忆口诀

知识点	口诀
瀑布模型5阶段	需设集运（需设计集运）
耦合类型（7种）	非数标控外公内
内聚类型（8种）	巧逻时过通，顺信功
维护类型（4种）	纠适配完预
测试步骤（4步）	单组确系（单组却喜）
UML图（6种）	类用时态部组
三层架构	界业数（借业数）
MVC	模视控
移动开发5阶段	需设开稳部
软件危机6问题	计需规本质维护

祝考试顺利！ 🎓